จากรูป จงใช้เพื่อตอบคำถามข้อที่ 1-2



1. จงอธิบายเฟืองแต่ละตำแหน่งให้ถูกต้องและหน้าที่การทำงานของแต่ละเฟือง เมื่อมอเตอร์ติดอยู่กับเฟือง (A 40)

---

2. ทิศทางการหมุนของเฟืองแต่ละอัน ถ้าเฟืองด้านซ้ายสุด หมุนทวนเต็มนาฬิกา

---

3. จงเขียนทิศทางการหมุนของ เฟืองขับ (driver) และเฟืองตาม (driven) และเฟืองตัวเลข 1 2 และ 3 ตามลำดับ

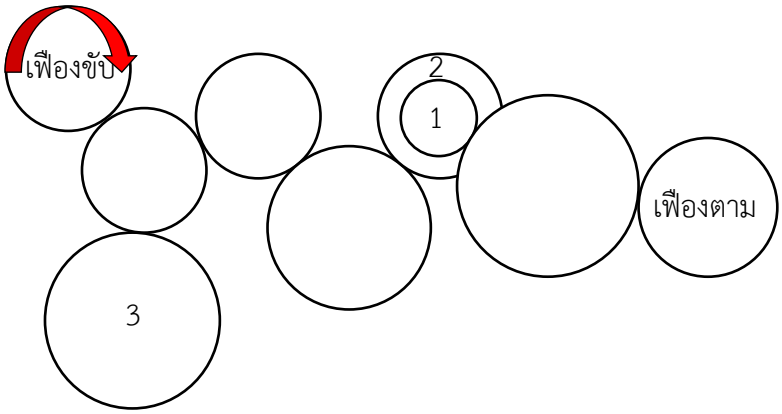

4.จงอธิบายทิศทางการหมุนของเฟือง ทั้ง 3 ขบวน กำหนดให้เฟืองขับ (เฟืองด้านซ้ายมือสุด) หมุนตามเข็มนาฬิกา และให้บอกด้วยว่า มีเฟืองส่งผ่านกี่เฟืองในแต่ละขบวนเฟือง

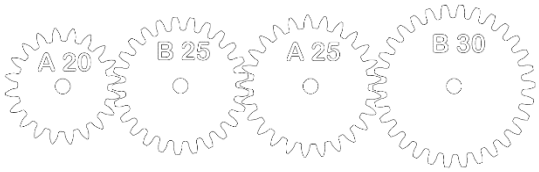

4.1

ทิศการหมุน _____

มีเฟืองส่งผ่านทั้งหมด _____

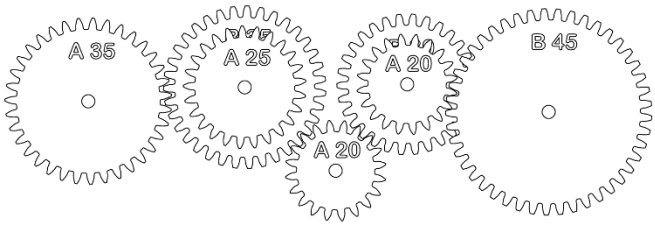

4.2

ทิศการหมุน _____

มีเฟืองส่งผ่านทั้งหมด _____

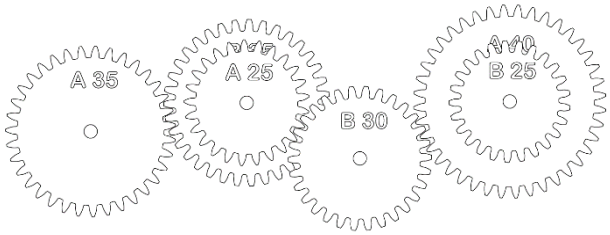

4.3 ทิศการหมุน _____

มีเฟืองส่งผ่านทั้งหมด _____

---
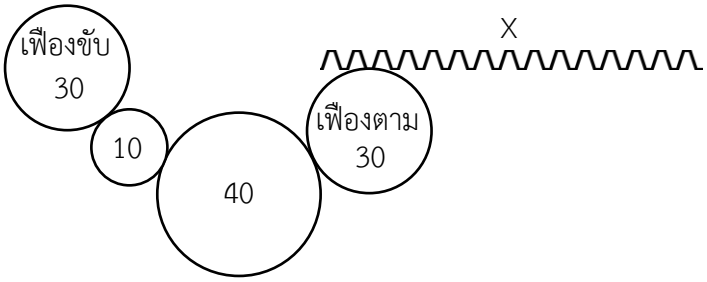
5. ถ้าเฟืองขับ หมุนในทิศตามเข็มนาฬิกาโดยมีอัตราเร็วรอบในการหมุนคงที่ จงอธิบายการหมุนของเฟืองตามเฟืองที่มีจำนวนฟัน 10 ซี่ และเฟืองสะพาน X