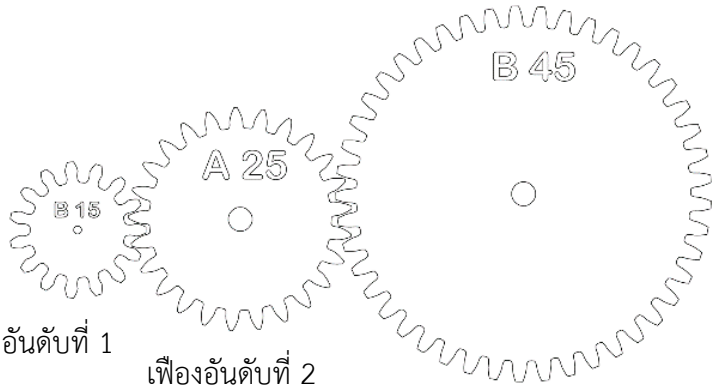

เฟืองอันดับที่ 1

เฟืองอันดับที่ 2

เฟืองอันดับที่ 3

1.1 จงพิจารณา เมื่อเฟืองอันดับที่ 1 จำนวนฟันหมุนไป 225 ซี่ จะส่งผลทำให้เฟืองอื่นๆ หมุนอย่างไร

1.2 ถ้าต้องการให้ เฟืองอันดับที่ 1 หมุน 4 รอบ ทำให้เฟืองอันดับที่ 2 หมุนไป 2 รอบ และเฟืองอันดับที่ 3 หมุนไป 1 รอบ ต้องปรับแก้ไขอย่างไร

1.3 ขบวนเฟืองอย่างง่ายนี้ มีอัตราทดเฟืองเท่าไหร่

ขบวนเฟืองต่อไปนี้ มีอัตราทดเฟืองเท่าไหร่และเรียงลำดับอัตราทดเฟืองจากค่ามากไปน้อย

2.1

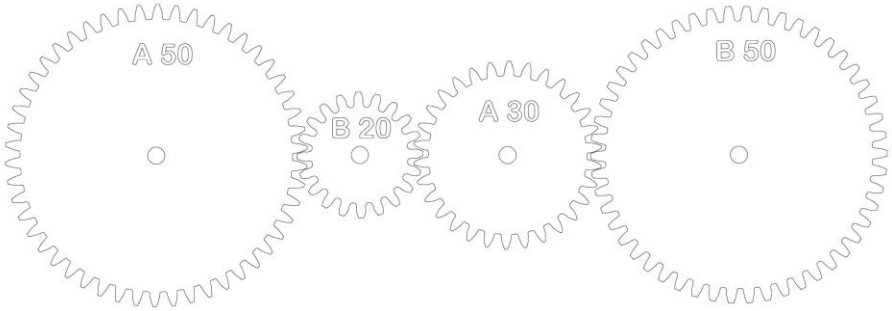

2.2



2.3

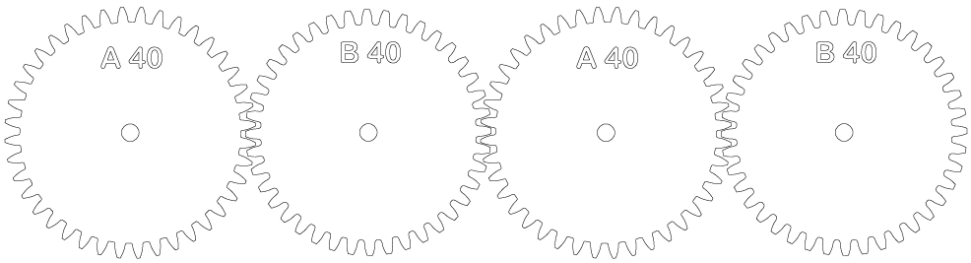

2.4

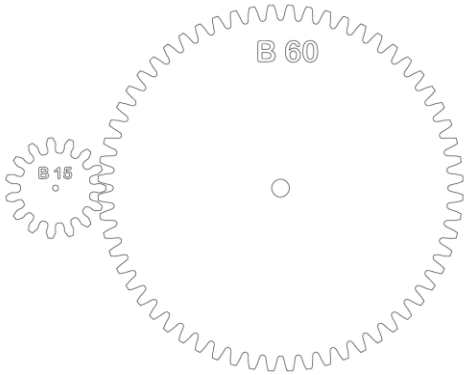

2.5

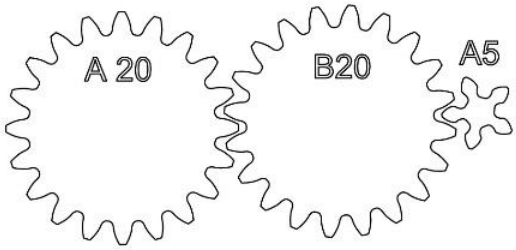

เรียงลำดับอัตราทดเฟืองจากมากไปน้อย

---

3. เฟืองขับมีจำนวนฟัน 24 ซี่ ต่ออยู่กับมอเตอร์ที่ให้ทอร์ก 5 นิวตัน เมตร หากต้องการให้เฟืองตามมีทอร์กมากขึ้นเป็น 5 เท่าของเดิม ควรเลือกใช้เฟืองตามที่มีจำนวนฟันกี่ซี่ และจงคำนวณ อัตราทดเฟือง และ ทอร์กของเฟืองตาม



24 ฟัน ? ฟัน